[සියලුම හිමිකම් ඇවිරිණි/All Rights Reserved]

ආදර්ශ ප්‍රශ්න පත්‍ර අංක

Knowledge Bank Knowledge Bank Knowledge Bank Knowledge Bank Knowledge Bank Knowledge Bank Knowledge Bank Knowledge
NEW
Knowledge Bank Knowledge Bank Knowledge Bank Knowledge Bank Knowledge Bank Knowledge Bank Knowledge Bank Knowledge
Knowledge Bank Knowledge Bank Knowledge Bank Knowledge Bank Knowledge Bank Knowledge Bank Knowledge Bank Knowledge
Knowledge Bank Knowledge Bank Knowledge Bank Knowledge Bank Knowledge Bank Knowledge Bank Knowledge Bank Knowledge

අධ්‍යයන පොදු සහතික පත්‍ර (උසස් පෙළ) විභාගය
கவிப் பொதுத் தராதரப் பத்திர (உயர தரப்) பட்சை
General Certificate fo Education (Adv. Level) Examination

ජීව විද්‍යාව II
உயியல் II
Biology II

09 S II

පැය තුනයි
மூன்று மணித்தியாலம்
Three hours

අමතර කියවීම් කාලය - මිනිත්තු 10 යි
மேலதிக வாசிப்பு நேரம் - 10 நிமிடங்கள்
Additional Reading Time - 10 minutes

අමතර කියවීම් කාලය ප්‍රශ්න පත්‍රය කියවා ප්‍රශ්න තෝරා ගැනීමටත් පිළිතුරු ලිවීමේදී ප්‍රමුඛත්වය දෙන ප්‍රශ්න සංවිධානය කර ගැනීමටත් යොදාගන්න.

විභාග අංකය : .....

උපදෙස් :
- මෙම ප්‍රශ්න පත්‍රය පිටු 12 කින් සහ ප්‍රශ්න 10 කින් සමන්විත වේ.
- මෙම ප්‍රශ්න පත්‍රය A සහ B යනුවෙන් කොටස් **දෙකකින්** සමන්විත වන අතර කොටස් **දෙකට ම** නියමිත කාලය **පැය තුනකි.**

A කොටස - ව්‍යුහගත රචනා (පිටු අංක 2 – 11)

- ප්‍රශ්න **හතරට ම** පිළිතුරු **මෙම ප්‍රශ්න පත්‍රයේ ම සපයන්න.**
- ඔබේ පිළිතුරු, ප්‍රශ්න පත්‍රයේ ඉඩ සලසා ඇති තැන්වල ලිවිය යුතු ය. මේ ඉඩ ප්‍රමාණය පිළිතුරු ලිවීමට ප්‍රමාණවත් බව ද දීර්ඝ පිළිතුරු බලාපොරොත්තු නොවන බව ද සලකන්න.

B කොටස - රචනා (පිටු අංක 12)

- ප්‍රශ්න **හතරකට** පමණක් පිළිතුරු සපයන්න. මේ සඳහා සපයනු ලබන කඩදාසි පාවිච්චි කරන්න. සම්පූර්ණ ප්‍රශ්න පත්‍රයට නියමිත කාලය අවසන් වූ පසු **A** සහ **B** කොටස් එක් පිළිතුරු පත්‍රයක් වන සේ **A** කොටස උඩින් තිබෙන පරිදි අමුණා විභාග ශාලාධිපතිට භාර දෙන්න.
- ප්‍රශ්න පත්‍රයේ **B** කොටස පමණක් විභාග ශාලාවෙන් පිටතට ගෙන යාමට ඔබට අවසර ඇත.

පරීක්ෂක වරුන්ගේ ප්‍රයෝජනය සඳහා පමණි

කොටස	ප්‍රශ්න අංකය	ලකුණු
A	1	
	2	
	3	
	4	
B	5	
	6	
	7	
	8	
	9	
	10	
එකතුව		

එකතුව

ඉලක්කමෙන්	
අකුරෙන්	

සංකේත අංකය

උත්තර පත්‍ර පරීක්ෂක 1	
උත්තර පත්‍ර පරීක්ෂක 2	
ලකුණු පරීක්ෂා කලේ	
අධීක්ෂණය කලේ	

AL API (PAPERS GROUP)

CamScanner

A - ව්‍යුහගත රචනා

සියලු ම ප්‍රශ්න වලට පිළිතුරු **මෙම පත්‍රයේ ම** සපයන්න.

(එක් එක් ප්‍රශ්නය සඳහා නියමිත ලකුණු ප්‍රමාණය **100** කි.)

AL API (PAPERS GROUP)

(01). (A) (i) (a) මූලද්‍රව්‍ය අතරින් සජීවී පදාර්ථයේ වැඩියෙන්ම ඇති මූලද්‍රව්‍ය හතර සඳහන් කරන්න.

.....

(b) ඔබ a හි සඳහන් කල ඉහත මූලද්‍රව්‍ය හතරට අමතරව ඊළඟට බහුලව ඇති මූලද්‍රව්‍ය හතර සඳහන් කරන්න.

.....

(ii) ජලයේ පහත සඳහන් වන ගුණාංග වලට අදාළ කෘත්‍යයක් හා උදාහරණයක් බැගින් සඳහන් කරන්න.

(a)
- ගුණාංගය – සංසක්ති හැසිරීම
- කෘත්‍යය – .....
  .....
- උදාහරණය – .....
  .....

(b)
- ගුණාංගය – උෂ්ණත්වය මධ්‍යස්ථ කිරීමට ඇති හැකියාව
- කෘත්‍යය – .....
  .....
- උදාහරණය – .....
  .....

(c)
- ගුණාංගය – ද්‍රාවකයක් ලෙස ඇති සර්ව නිපුනත්වය
- කෘත්‍යය – .....
- උදාහරණය – .....
  .....

(iii) ග්ලූකෝස් වල ඝන ආකාරයත්, ජලීය ආකාරයත් අතර ප්‍රධාන ව්‍යුහාත්මක වෙනස කුමක් ද?

.....

.....

(iv) දිලීර සෛල බිත්තියේ අඩංගු නයිට්‍රජනීය පොලිසැකරයිඩයේ තැනුම් ඒකකය කුමක් ද?

.....

(v) පොලිපෙප්ටයිඩ දාමයේ පෙප්ටයිඩ බන්ධන වලට අමතරව H බන්ධන පමණක් අඩංගු ප්‍රෝටීනයේ ව්‍යුහ මට්ටම හඳුන්වන්නේ කුමන නමකින් ද?

.....

ඒ සඳහා උදාහරණයක් දෙන්න.

.....

CamScanner

(B) (i) සෛලීය ස්වායු ශ්වසනය යන්නෙන් අදහස් වන්නේ කුමක් ද?

.....

.....

සෛලීය ස්වායු ශ්වසනයේ ගැලීම් සටහනක් පහත දැක්වේ.

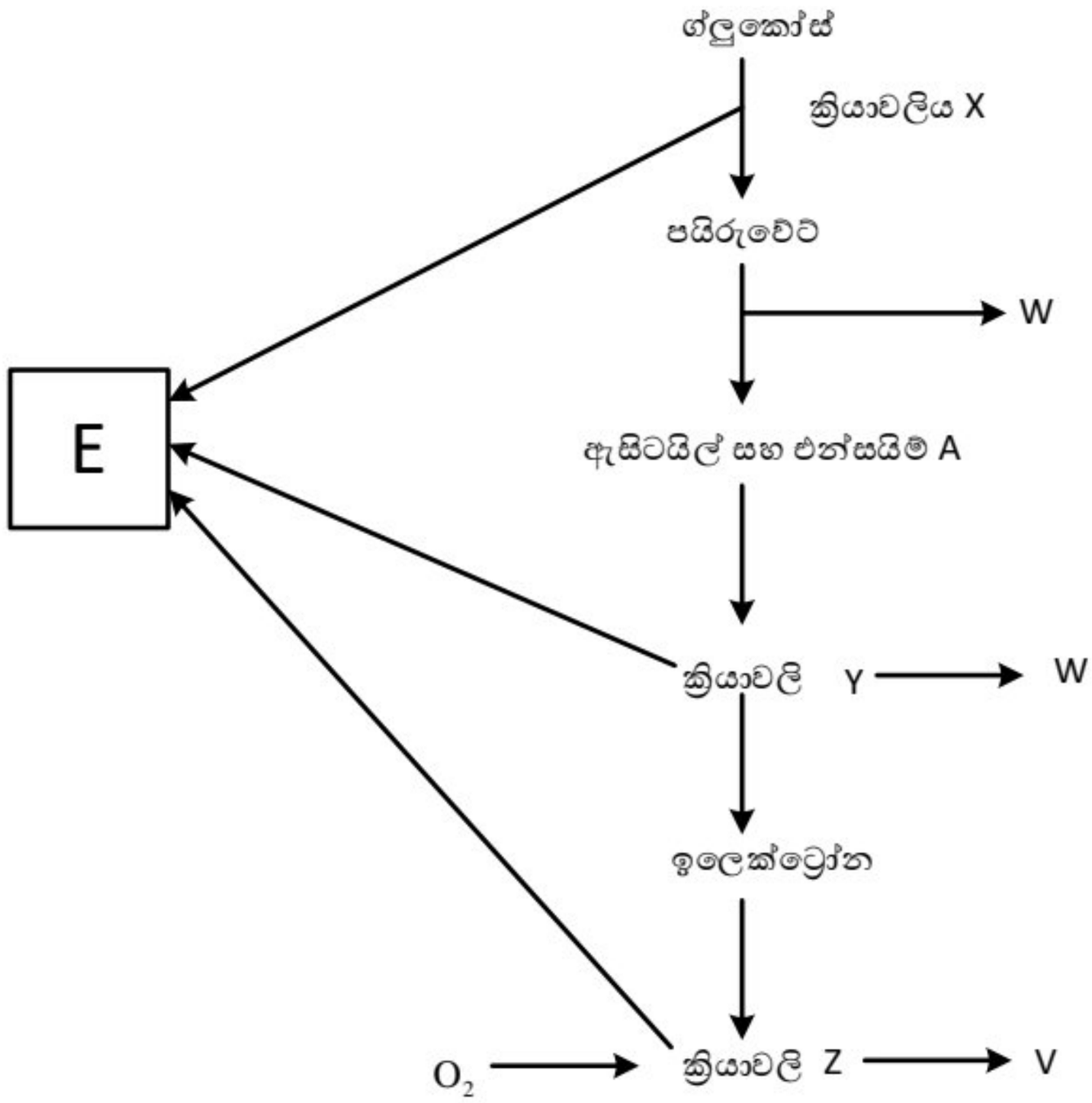

(ii) ඉහත සටහනේ X, Y හා Z ක්‍රියාවලි හඳුන්වා ඒවා සෛලය තුල සිදුවන ස්ථාන සඳහන් කරන්න.

ක්‍රියාවලිය	සිදුවන ස්ථානය
X –	.....
Y –	.....
Z –	.....

(iii) E, W, V හඳුනා ගන්න.

E – ..... W – ..... V – .....

(iv) W සංයෝගයට අමතරව එම ස්ථානයේ දී ඇතිවන වායුව කුමක් ද? .....

(v) Z ක්‍රියාවලියේ දී අවසාන ඉලෙක්ට්‍රෝන ප්‍රතිග්‍රාහකයා සඳහන් කරන්න.

.....

(C) (i) (a) පෘථිවිය ඇතුලු සෞර ග්‍රහ මණ්ඩලයේ අනෙකුත් ග්‍රහලෝක බිහිවූයේ අදින් වසර බිලියන කීයකට පෙර ද?

.....

CamScanner

(b) එම පෘථිවි වායුගෝලයේ අඩංගු වූ කාබන් අඩංගු වායු වර්ග මොනවා ද?

.....

(c) පෘථිවිය මත ජීවයේ සම්භවය සඳහා අත්‍යවශ්‍ය වූ සරල කාබනික අණු සංශ්ලේෂණයට හිතකර වූ සංසිද්ධි 3 සඳහන් කරන්න.

.....

.....

(ii) සත්ත්ව රාජධානියේ අපෘෂ්ඨවංශීන් අයත් වංශ කීපයක ලක්ෂණ 1 තීරුවේ දක්වා ඇත. එම ලක්ෂණ 2 – 5 වල සඳහන් සතුන්ගේ තිබේ ද යන්න අදාළ කොටුවේ (✓) ලකුණ යොදන්න.

1	2	3	4	5
ලක්ෂණය දේහය	මුහුදු තාරකාවා	ප්ලැනේරියා	ගැඩවිලා	කොකු පණුවා
• පෘෂ්ඨෝදර්යව පැතැලිය				
• ව්‍යාජ සීලෝමිකය				
• මෙවුල දරයි				
• නාල පාද පිහිටයි				

(iii) "ප්‍රාක් සෛලය" යනු කුමක්දැයි කෙටියෙන් විස්තර කරන්න.

.....

.....

.....

.....

(iv) පහත සඳහන් ව්‍යුහ දරණ දිලීර ඝනයක් බැගින් නම් කරන්න.

- සංයෝගාණුව – .....
- බැසිඩි ඵලය – .....

(v) පහත සඳහන් ව්‍යුහ දරණ ශාක වංශයක් සඳහන් කරන්න.

- භූගත කඳ රයිසෝමය කි – .....
- ඵල තුල බීජ පිහිටයි – .....

(02). (A) (i) (a) ස්තරීභූත ශල්කමය අපිච්ඡදයේ දක්නට ලැබෙන අනෙකුත් අපිච්ඡද සෛල වල දක්නට නැති ලක්ෂණයන් 3 ක් සඳහන් කරන්න.

.....

.....

.....

(b) එම අපිච්ඡදය පිහිටන ස්ථාන දෙකක් සඳහන් කරන්න.

.....

.....

(ii) ශාකයක ප්‍රාථමික වර්ධනය යන්නෙන් අදහස් වන්නේ කුමක් ද?

.....

CamScanner

AL API (PAPERS GROUP)

(iii) ස්ථූල කෝණස්ථර සෛල වල කොන් ඝන වී ඇත්තේ කිනම් සංයෝගයෙන් ද?

.....

(iv) උෂ්ණත්වය හමුවේ එන්සයිම ප්‍රතික්‍රියාවක සීඝ්‍රතාවය නිර්ණය කරණ ප්‍රායෝගික පරීක්ෂණයක, විද්‍යාගාරය තුලදී සිසුන් වෙන් වෙන්ව කණ්ඩායම් ලෙස ආදර්ශනය කරණ ක්‍රියාකාරකමක් සැලසුම් කරණ ලදී. පරීක්ෂණය අවසානයේ දී සියලු කණ්ඩායම් ලබාගත් නිරීක්ෂණ පහත වගුවේ දැක්වේ.

උෂ්ණත්වය	පරීක්ෂණය සිදුකල කාලය තුල දී අයඩීන් වර්ණ විපර්යාසය හා එය සිදුවීමට ගතවූ කාලය
4 °C	අබන්ඩ නිල් වර්ණය
කාමර උෂ්ණත්වය	විනාඩි 12
40°C	විනාඩි 08
60°C	අබන්ඩ නිල් වර්ණය

ඉහත එක් එක් උෂ්ණත්වයේ දී ලැබුණු නිරීක්ෂණ පැහැදිලි කරන්න.

- 4 °C – .....
  .....
- කාමර උෂ්ණත්වයේ දී – .....
  .....
  .....
- 40°C – .....
  .....
- 60°C – .....
  .....

(v) ශාකයක හරිතක්ෂය සඳහා බලපාන මූලද්‍රව්‍ය පහක් සඳහන් කරන්න.

.....

(B) (i) • විෂම රූපී පරම්පරා ප්‍රත්‍යාවර්ථනය යන්නෙන් අදහස් වන්නේ කුමක් ද?

.....
.....
.....
.....

- පරම්පරා ප්‍රත්‍යාවර්ථනය පෙන්වන ශාකයක දර්ශීය ජීවන චක්‍රයක් පහත දක්වා ඇත.

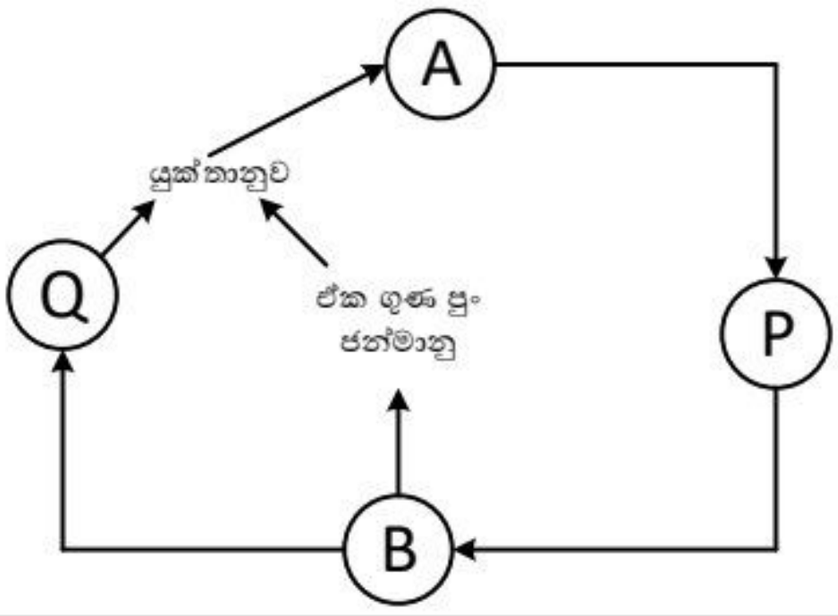

CamScanner

(ii) ඉහත රූපයේ A, B, P හා Q වලින් නිරූපණය වන්නේ ජීවන චක්‍රයේ කිනම් අවධියක් ද?

A- ..... B -.....

P - ..... Q -.....

(iii) A හා B අවස්ථා ඒකගුණ නම් (n) ලෙස ද, ද්විගුණ නම් (2n) ලෙස ද රූපයේ දක්වන්න.

(iv) ඉහත ජීවන චක්‍රයේ ඌනන විභාජනය සිදුවන ස්ථානය × ඊතලයෙන් රූපයේ දක්වන්න.

(v) ශාක වල ජීවන චක්‍ර හා සම්බන්ධ ලක්ෂණ කීපයක් පහත දක්වා ඇත. එම ලක්ෂණ අදාළ ශාකයට තිබේ නම් ('✓') ලකුණ අදාළ කොටුවේ ලකුණු කරන්න.

ලක්ෂණ	*Poganatum*	*Nephrolepis*	Sellaginella	*Cycas*	*Anthophyta* ශාක
• ජීවන චක්‍රයේ ප්‍රභාසංශ්ලේෂී ජන්මානු ශාකය					
• විෂම බීජානුකතාවය පෙන්වයි					
• සංසේචනයට බාහිර ජලය අනවශ්‍යය					
• පුං ජන්මානු ශාකයේ බෙදුනු පරාග නාලයකි					
• ද්විත්ව සංසේචනය පෙන්වයි					
• ශුක්‍රාණු වල කශිකා සහිතයි					
• බීජානු ශාකය ප්‍රමුඛයි					
• ද්විතීක වර්ධනය පෙන්වයි					
• සංකේතුවක් දරයි					
• සෝරස පිහිටයි					
• ප්‍රාක් තන්ත්‍රය ඇත					

(C) (i) පහත සඳහන් ඒවා අතර ප්‍රධාන වෙනස්කම සඳහන් කරන්න.

(a) විවෘත හා සංවෘත රුධිර සංසරණ පද්ධති.

.....

.....

.....

.....

(b) ඒක සංසරණය හා ද්විත්ව සංසරණය.

.....

.....

.....

.....

.....

CamScanner

(c) සංවෘත සංසරණයක් පෙන්වන අපෘෂ්ඨවංශී වංශය කුමක් ද?

.....

(ii) පහත සඳහන් මානව හෘදයේ සන්නායක පද්ධතියේ කොටස් වල පිහිටීම හා කෘත්‍යය සඳහන් කරන්න.

	පිහිටීම	කෘත්‍යය
• SA ගැටය		
• AV ගැටය		
• HIS කදම්භය		
• පර්කින්ජි තන්තු		

(iii) මානව රුධිරය ආශ්‍රිතව පිහිටන සෛල වර්ග දෙකට අදාළ ලක්ෂණය එම සෛලයෙහි පිහිටයි නම් ('✓') ලකුණ අදාළ කොටුවේ සලකුණු කරන්න.

ලක්ෂණ	සුදු රුධිරාණු	රතු රුධිරාණු
• මයිට්‍රොකොන්ඩ්‍රියා පිහිටයි		
• ප්‍රතිශක්ති ප්‍රතිචාරය දක්වයි		
• භක්ෂ සෛලතාවය පෙන්වයි		
• එරිත්‍රොපොයිටින් මගින් නිපදවීම උත්තේජ කරයි		

(iv) හෘත් චක්‍රයේ අවස්ථාවන් පහත වගුවේ දක්වා ඇත. හෘද චක්‍රයේ අවස්ථාව, කර්ණිකා හා කෝශිකා තුල පීඩනය (ඉහළ ද, පහළ ද) කර්ණික කෝශික කපාට, අඩසඳ කපාට ස්වභාවය (වැසීද, විවෘත ද) අදාළ කොටුවේ ලියා දක්වන්න.

අවස්ථාව	කර්ණිකාව තුල පීඩනය	කෝශිකාව තුල පීඩනය	කර්ණික කෝශික කපාටය	අඩසඳ කපාටය
• කෝශිකා ආකුංචනය	.....	.....	වැසී ඇත	විවෘතයි
• කර්ණිකා විස්තාරණය	පහළයි	පහළයි	.....	.....
•	ඉහළයි	පහළයි	විවෘතයි	වැසී ඇත
•	.....	.....	විවෘතයි	වැසී ඇත

(v) ආඝාතය සඳහා හේතුවන්නේ රුධිරයේ අඩංගු කුමන සංඝටකයන් මොළයට නොලැබී යාමෙන් ද?

.....

(03). (A) (i) බහිස්‍රාවය හා ආස්‍රැති විධානය අතර වෙනස්කම පැහැදිලි කරන්න.

.....

.....

.....

CamScanner

(ii) මානව වෘක්කයේ පිහිටීම සඳහන් කරන්න.

.....

.....

.....

(iii) මානව වෘක්කයක ව්‍යුහමය හා කෘත්‍යමය ඒකකය කුමක් ද?

.....

(iv) ගුච්ඡිකාවෙන් පිටතට යන අපවාහි ධමනිකාව මගින් සාදන රුධිර කේශ නාලිකා ජාල දෙක සඳහන් කර ඒවායේ පිහිටීම සඳහන් කරන්න.

රුධිර කේශ නාලිකා ජාල	පිහිටීම
.....	.....
.....	.....

(v) මූත්‍ර ගල් වල පිහිටන ප්‍රධාන සංඝටක මොනවා ද?

.....

(B) (i) ස්නායුක සම්ප්‍රේශක යනු මොනවා ද?

.....

.....

.....

උපාගමයක රූපයක් පහත දක්වා ඇත.

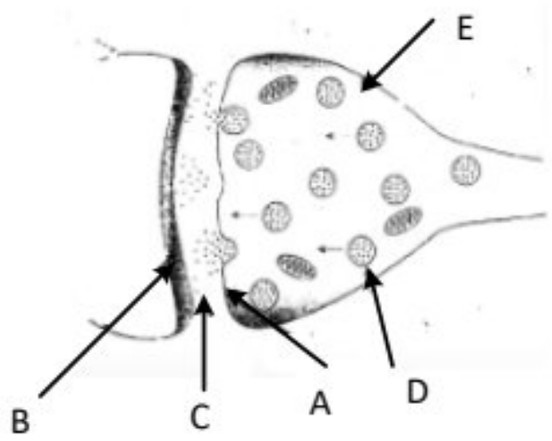

(ii) ඉහත රූපයේ A, B, C, D හා E හඳුනා ගන්න.

A – ..... B – .....

C – ..... D – .....

E – .....

(iii) D හි අඩංගු වන්නේ මොනවා ද?

.....

(iv) D , A ට බැඳීමට හේතුවන අයන වර්ගය කුමක් ද?.....

(v) ක්‍රියා විභවයක් ඇති වීමට B හරහා විසරණය වන අයන වර්ග මොනවා ද? .....

(C) (i) (a) ඩිම්බ කෝෂ චක්‍රයේ ප්‍රධාන අවධි දෙක සඳහන් කරන්න.

1. .....

2. .....

CamScanner

(b) ගර්භාෂයික චක්‍රයේ ප්‍රධාන කලා තුන සඳහන් කරන්න.

1. ..... 3. .....

2. .....

(ii) ස්ත්‍රී ප්‍රජනක පද්ධතිය ආශ්‍රිත හෝමෝන, ස්‍රාවය වන ස්ථානය හා එමගින් ඇතිවන බලපෑමක් පහත වගුවට අදාළව නියමිත කොටුවේ සඳහන් කරන්න.

	හෝමානය	ස්‍රාව්‍ය වන ස්ථානය	බලපෑමක්
•	L.H		
•			ඩිම්බ ස්‍යූනිකා වර්ධනය හා විකසනය උත්තේජනය කරයි
•		ඩිම්බ කෝෂයේ ස්‍යූනික සෛල	
•	ප්‍රොජෙස්ටරෝන්		

(iii) ස්ත්‍රීන් භාවිතා කරණ උපත් පාලන පෙති වල ඉහළ සාන්ද්‍රණයකින් යුක්ත හෝමෝන දෙක සඳහන් කරන්න.

.....

(iv) විලම්බිත පේශි සංකෝචනය පිළිබඳ වර්තමානයේ පිළිගනු ලබන වාදය කුමක් ද?

.....

(v) ඒ සඳහා වැදගත් අයනය කුමක් ද? .....

(04). (A) (i) බිහිජනනය යන්නෙන් අදහස් වන්නේ කුමක් ද?

.....

.....

(ii) බිහිජනනය උදාහරණයක් මගින් කෙටියෙන් පහදා දෙන්න.

.....

.....

.....

.....

.....

.....

(iii) දෙමුහුම් දිරිය මගින් ඇතිවන වාසිය කුමක් ද?

.....

.....

.....

CamScanner

(iv) කෘතිම අභිජනනයේ අවාසියක් සඳහන් කරන්න.

.....

.....

.....

(v) Gigas ආවරණය යන්නෙන් අදහස් වන්නේ කුමක් ද?

.....

.....

.....

.....

.....

.....

.....

(B) ප්‍රෝටීන සංශ්ලේෂණය සිදුවන ක්‍රියාවලිය පහත රූපයෙන් සරලව නිරූපනය කෙරේ.

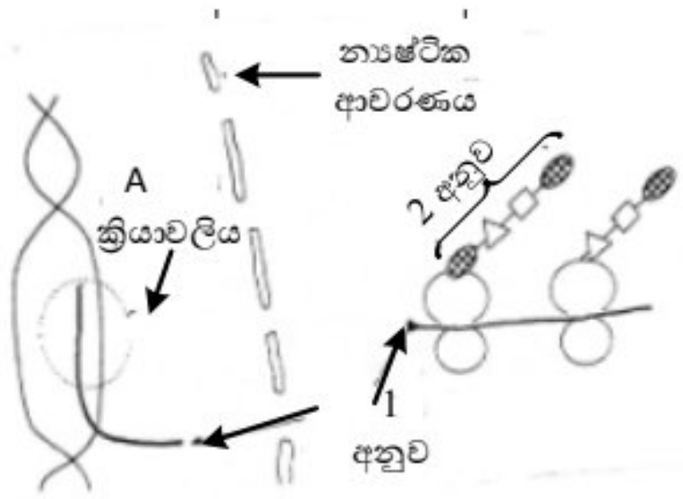

(i) (a) A ක්‍රියාවලිය (Process) හඳුන්වන නම කුමක් ද? .....

(b) එහි ප්‍රධාන පියවර 3 සඳහන් කරන්න.

1. .....
2. .....
3. .....

(c) A ක්‍රියාවලියට වැදගත් වන එන්සයිමය කුමක් ද? .....

(ii) DNA දාමයේ නයිට්‍රජනීය භෂ්ම අනුපිළිවෙල කොටස A G C A T G නම් ඊට අදාළ 1 අණුවේ නයිට්‍රජනීය භෂ්ම අනුපිළිවෙල සඳහන් කරන්න. .....

(iii) 2 අණුව රයිබසෝමයෙන් පිටවන්නේ රයිබසෝමයේ කුමන ස්ථානයෙන් ද?

.....

(iv) 2 අණුව ප්‍රෝටීනයේ කුමන ව්‍යුහය නිරූපණය කරයි ද? .....

(v) 2 අණුවට සිදුවන පශ්චාත් පරිවර්ථන විකරණ කෙටියෙන් පහදන්න.

.....

.....

.....

.....

.....

CamScanner

(C) (i) වියළි පතන තෘණ භූමි හමුවන ලංකාවේ දේශගුණික කලාප දෙකක් සඳහන් කරන්න.

1. ..... 2. .....

(ii) ශ්‍රී ලංකාවේ මුහුදේ ගිලිණු නැව නිසා වායුගෝලයේ CO_2 සාන්ද්‍රණයට ද බලපෑම් ඇතිවිය හැක. මේ සඳහා හේතුවන ප්‍රධාන සාධකය සඳහන් කරන්න.

.....

(iii) ශාක වලට පොස්පරස් අවශෝෂණය සඳහා දිලීරක මූල දායක වන්නේ කෙසේදැයි කෙටියෙන් පහදන්න.

.....
.....
.....
.....
.....
.....
.....

(iv) බැක්ටීරියාවන්ට අමතරව කොම්පෝස්ට් සෑදීමට දායක වන ක්ෂුද්‍ර ජීවී බාන්ඩ තුනක් සඳහන් කරන්න.

1. .....
2. .....
3. .....

(v) මූලික සෛල චිකිත්සාවේ දී යොදා ගන්නා මූලික සෛල ආකාර දෙක සඳහන් කරන්න.

1. .....
2. .....

CamScanner

[සියලුම හිමිකම් ඇවිරිණි/All Rights Reserved]

ආදර්ශ ප්‍රශ්න පත්‍ර අංක

Knowledge Bank Knowledge Bank Knowledge Bank Knowledge Bank Knowledge Bank Knowledge Bank Knowledge Bank Knowledge
NEW
Knowledge Bank Knowledge Bank Knowledge Bank Knowledge Bank Knowledge Bank Knowledge Bank Knowledge Bank Knowledge
Knowledge Bank Knowledge Bank Knowledge Bank Knowledge Bank Knowledge Bank Knowledge Bank Knowledge Bank Knowledge
Knowledge Bank Knowledge Bank Knowledge Bank Knowledge Bank Knowledge Bank Knowledge Bank Knowledge Bank Knowledge

අධ්‍යයන පොදු සහතික පත්‍ර (උසස් පෙළ) විභාගය
கல்விப் பொதுத் தராதரப் பத்திர (உயர் தர) பட்சை
General Certificate fo Education (Adv. Level) Examination

ජීව විද්‍යාව II
உயிரியல் II
Biology II

09 S II

B කොටස - රචනා

උපදෙස් :
* ප්‍රශ්න හතරකට පමණක් පිළිතුරු සපයන්න.
අවශ්‍ය තැන්හිදී නම් කරන ලද පැහැදිලි රූප සටහන් දෙන්න.
(එක් එක් ප්‍රශ්නය සඳහා නියමිත ලකුණු ප්‍රමාණය 150කි.)

AL API (PAPERS GROUP)

'B' කොටස රචනා

- *ප්‍රශ්න හතරකට පමණක් පිළිතුරු සපයන්න.*
- *අවශ්‍ය තැන්හි නම් කරන ලද පැහැදිලි රූප සටහන් අඳින්න.*
  (එක් එක් ප්‍රශ්නය සඳහා නියමිත ලකුණු ප්‍රමාණය 150 කි)

(05). සුදුසු නිදර්ශන දෙමින් කාබොහයිඩ්‍රේට මූලික රසායනික ලක්ෂණ හා ජෛව කාර්යයන් විස්තර කරන්න.

(06). ආතති අවස්ථාවන්හි ශාක දක්වන ප්‍රතිචාර සුදුසු නිදර්ශන දෙමින් පැහැදිලි කරන්න.

(07). (a) අක්මාවේ කෘත්‍යමය ඒකකයේ පටක විද්‍යාත්මක ව්‍යුහය විස්තර කරන්න.
(b) සමස්ථිතිය පවත්වා ගැනීමට හා ජීරණයට අදාළව අක්මාවේ කාර්ය භාරය පැහැදිලි කරන්න.

(08). පරිසර කළමනාකරණයේ දී හා කෘෂි කර්මාන්තයේ දී ක්ෂුද්‍ර ජීවී යෙදීම් උදාහරණ සහිතව පැහැදිලි කරන්න.

(09). (a) අභිභවනය යන්නෙන් අදහස් වන්නේ කුමක් ද?
(b) කුකුළන්ගේ පිහාටු වල වර්ණය සම්බන්ධයෙන් හා (Sweet Pea) *Lathyrus* ශාකයේ මල්වල වර්ණය සම්බන්ධයෙන් අභිභවනය සිදුවන ආකාරය පැහැදිලි කරන්න.

(10). කෙටි සටහන් ලියන්න.
(a) මල් වගා කර්මාන්තයේ දී භාවිතා වන වර්ධක ප්‍රචාරණ ක්‍රම.
(b) කඩොලාන
(c) දෑකැති සෛල රක්ත හීන තාවය.

CamScanner

AL API

PAPERS GROUP

CamScanner